Тақырыбы: Құрылыс сызбасы. Құрылыс сызбасы элементтері

Сұрақтар

Құрастыру сызбасы деп қандай конструкторлық құжатты айтады?

Құрастыру сызбасында кескіндердің түрлерін қалай атайды?

Сызбада тетікбөлшектердің тіркеу номерлерін қалай көрсетеді?

Құрастыру сызбасы не үшін қажет?

Спецификация дегеніміз не?

Бұйым деп нені айтады және оларды қандай топтарға бөледі?

Тетікбөлшек және құрастырылған бұйымдарға аңықтама беріп, мысалдар келтір.

Эскиз деп қандай конструкторлық құжатты айтады?

Профиль проекциясына орналасқан тілік қалай аталады?

Тілік қалай бөлінеді?

Логикалық есептер шешу

Қызыл түспен белгіленген сызбаның сәйкесін тап

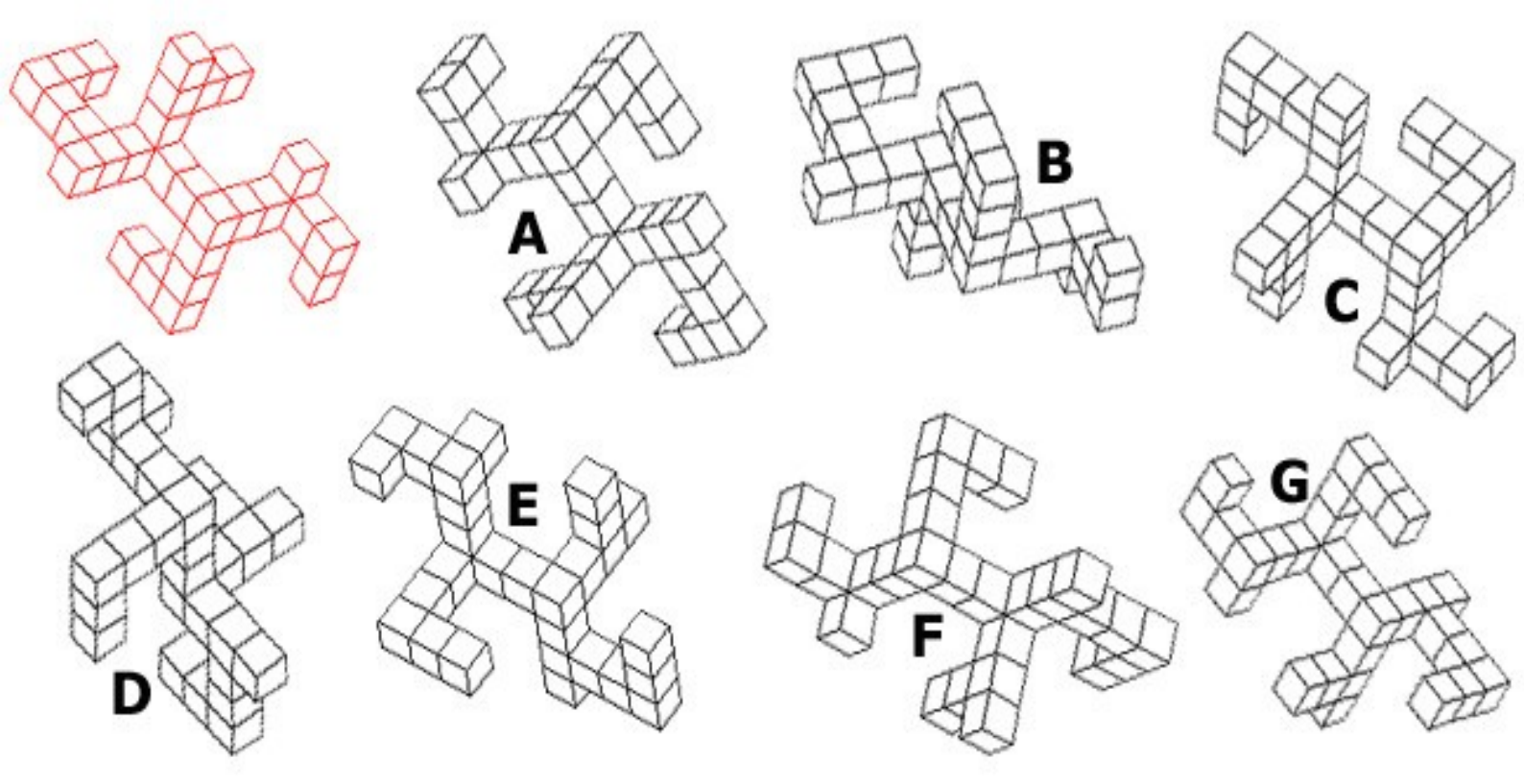

Ребус шешу

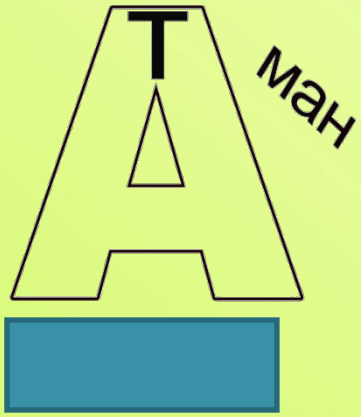

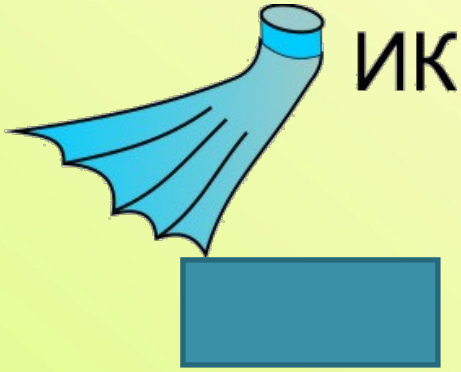





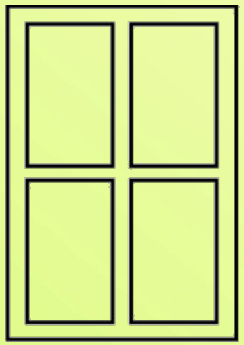

КА

Zn“

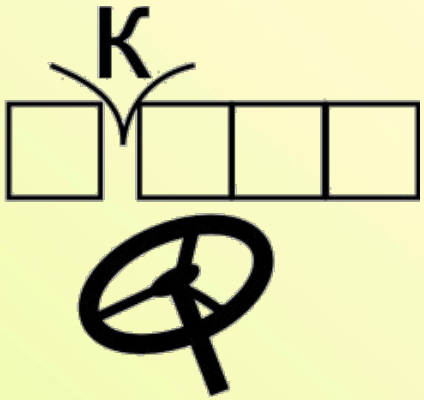



ир

Пе

Л

Сызбада не жасырынып тұрғанын шешіндер

РЕБУС

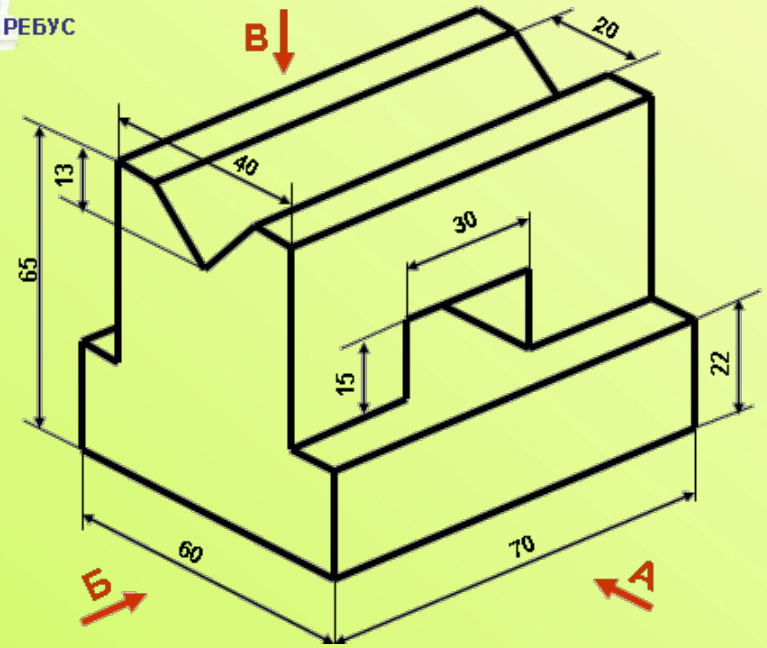

Сұрақтар

1. Алдыңғы көрініс
2. Тетікбөлшек ұзындығы
3. Үстіңгі көрініс
4. Тетікбөлшек биіктігі
5. Сол жақ көрініс
6. Тетікбөлшек ені
7. Қиық ені
8. Тесіктің ұзындығы
9. Үш бұрышты призманың биіктігі
10. Тесіктің биіктігі

Ребус кілті

Б – табандылығы	70 – ерекшілігі
15 – аса	13 – табандылығы
В – қиын	А – адамның
60 – жеңудегі	30 – кедергілер
65 – ең	20 – зор

Жауабы: ***Адамның аса зор ерекшілігі***
Ең – қиын кедергілер жеңудегі табындылығы.

Басқатырма шешу



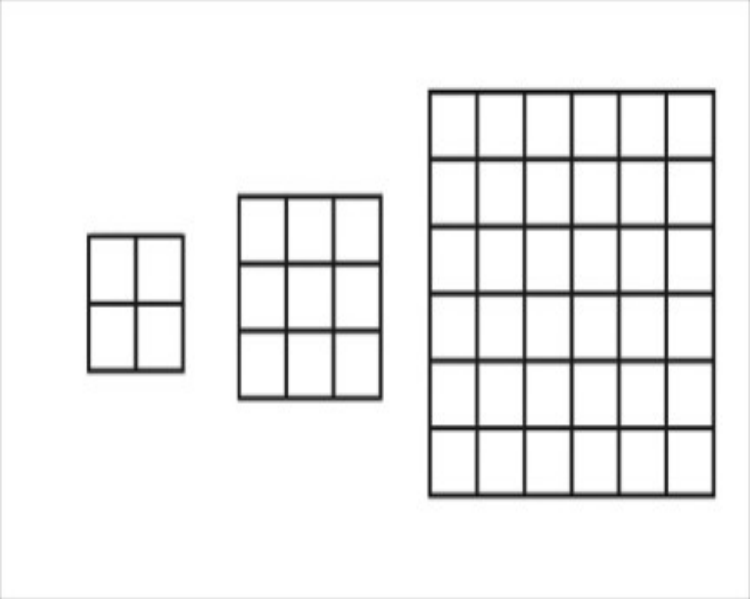

Видеоматериал

Қалаған адам - амал табады, қаламаған - себеп табады.

Сократ

Құрылыс сызбасының ерекшелігі

Құрылыс сызбасы

Тұрғын және қоғамдық ғимараттар сызбалары

Өнеркәсіп ғимараттар сызбалары

Ауыл шаруашылығының ғимараттар сызбалары

Инженерлік құрылыстар сызбалары

Фасад 1-4

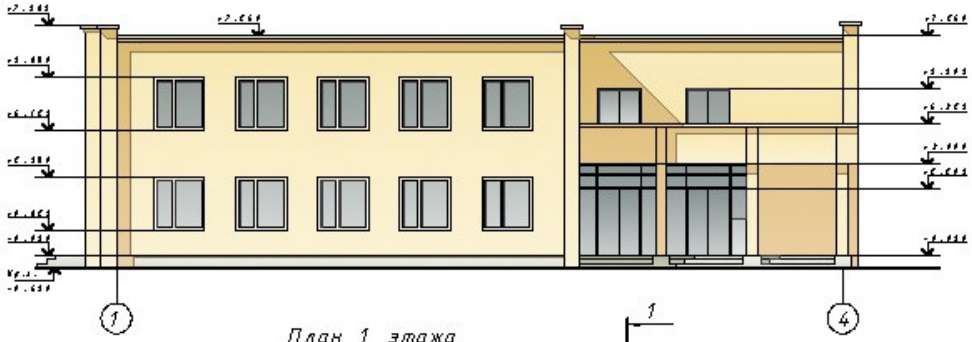

Разрез 1-1

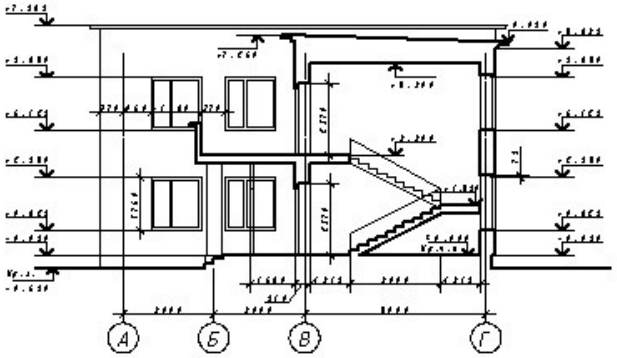

План 1 этажа

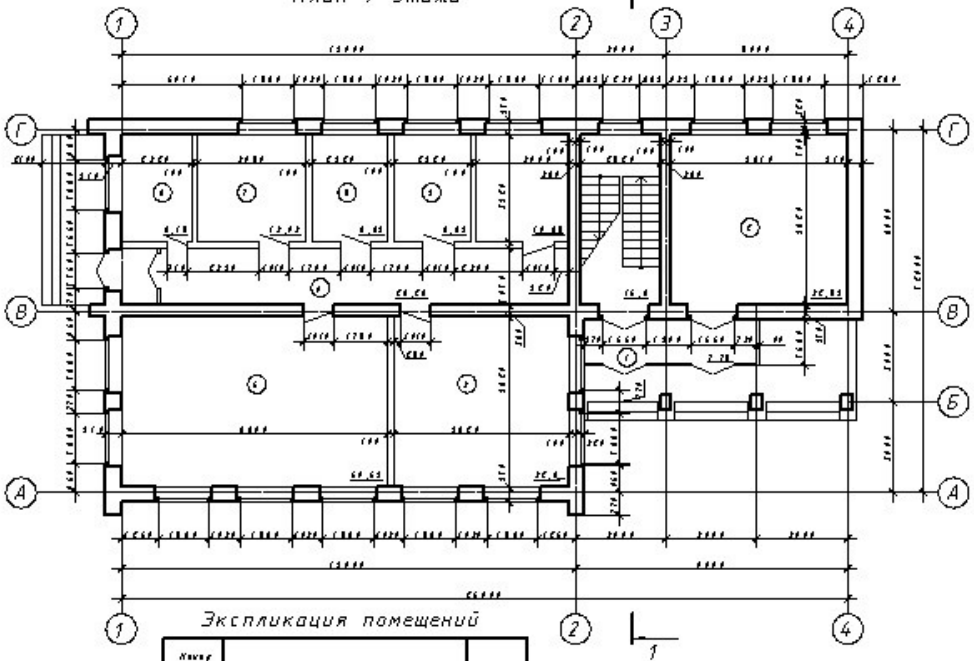

Фрагмент плана благоустройства территории (1:500)

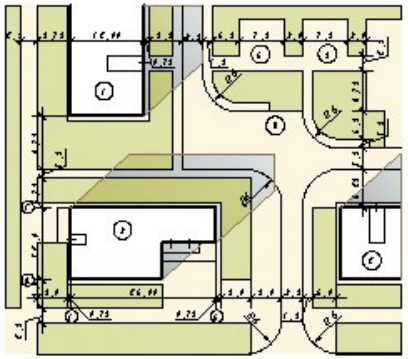

Экспликация

1 Жилой дом
2 Общественный центр
3 Библиотека
4 Площадка для отдыха
5 Игровая площадка
6 Автостоянка

Экспликация помещений

Номер помещения	Наименование	Площадь, м²
1	Тамбур-витраж	7.76
2	Зал звукозаписи	32.65
3	Абонемент	32.8
4	Читальный зал	69.65
5	Кабинет заведующей	8.85
6	Отдел обработки	8.85
7	Методический кабинет	13.93
8	Туалет	8.16
9	Коридор	28.28

Изм.	Кол.уч.	Лист	№док.	Подпись	Дата	АС-173.09.16.АР	
Разработал		Кузнецов				г.Челябинск, ул.Лесная,д.23	
Проверил		Шилкин Г.В.				Библиотека	Стадия: У; Лист; Листов: 1
						План 1 этажа; разрез 1-1; фрагмент плана благоустройства территории.	ЮУрГУ Кафедра архитектуры

Касбет –ғимараттың сыртқы қабырғаларының кескіндері. Яғни ғимараттың алдынғы көрінісі.

Бас жоспар дегеніміз - жобаның негізгі құжаты болып саналады.

Жоспар (план)

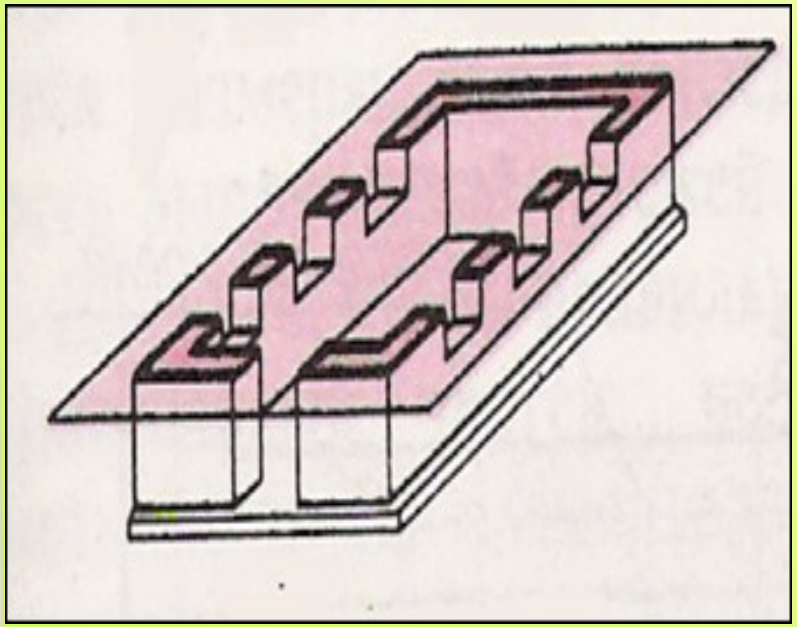

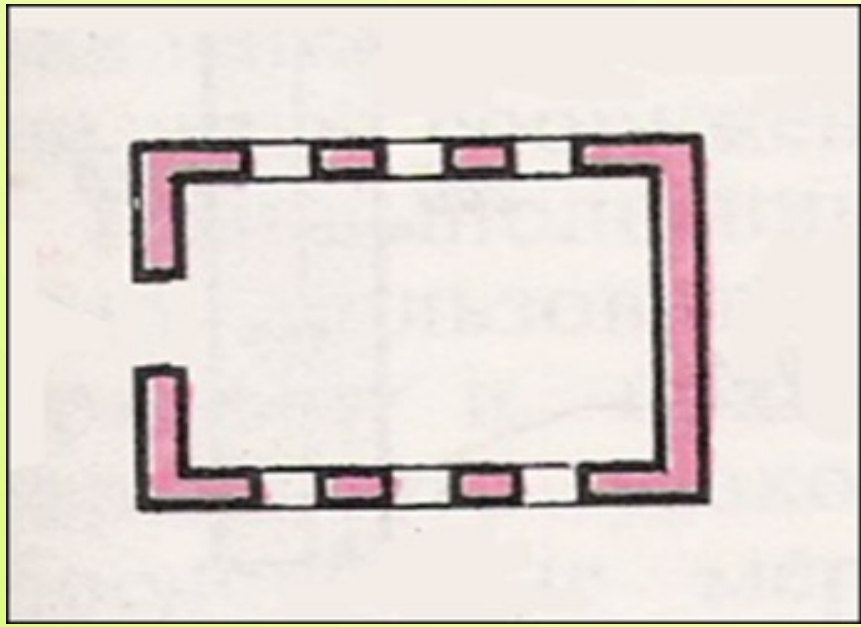

Шартты белгілер

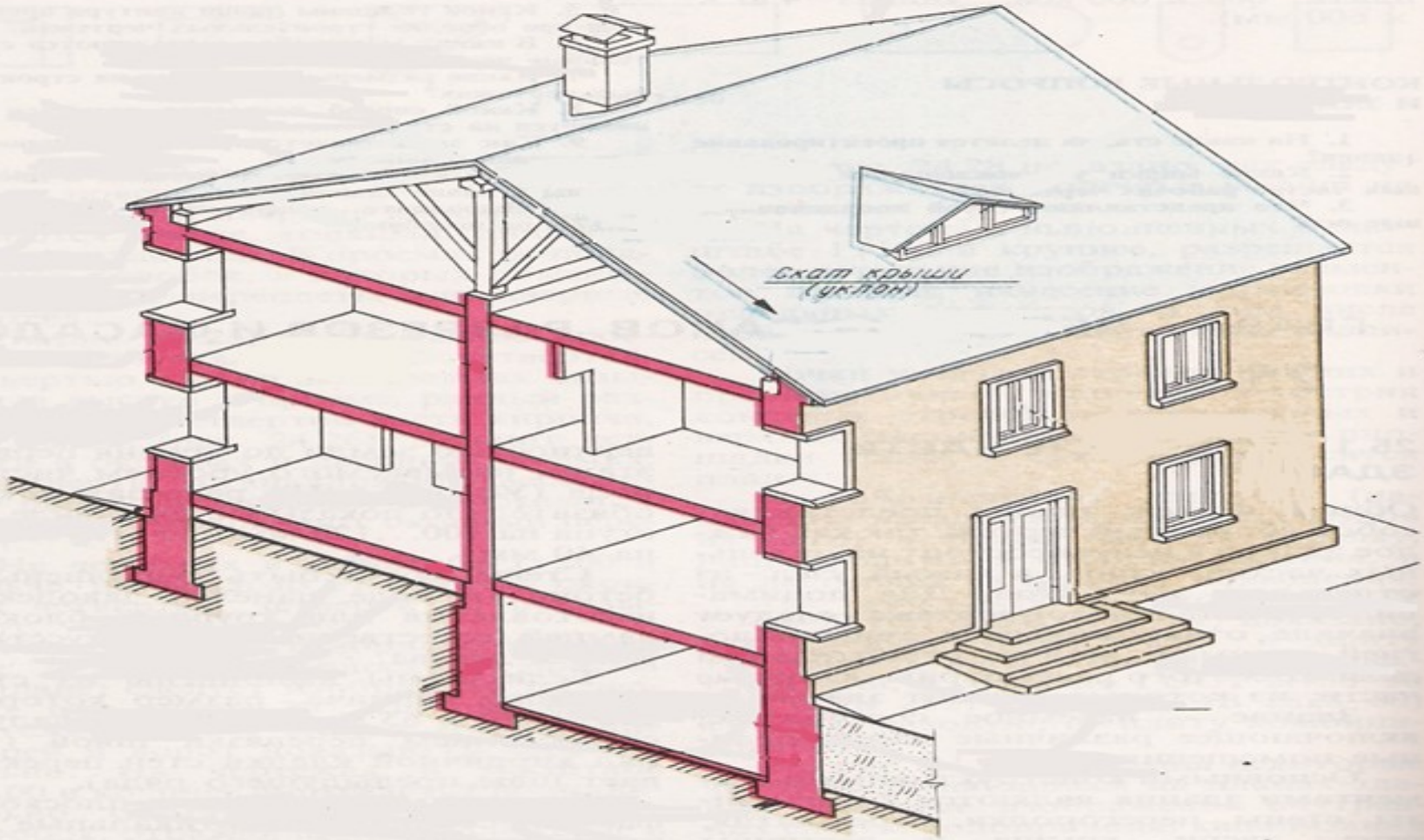

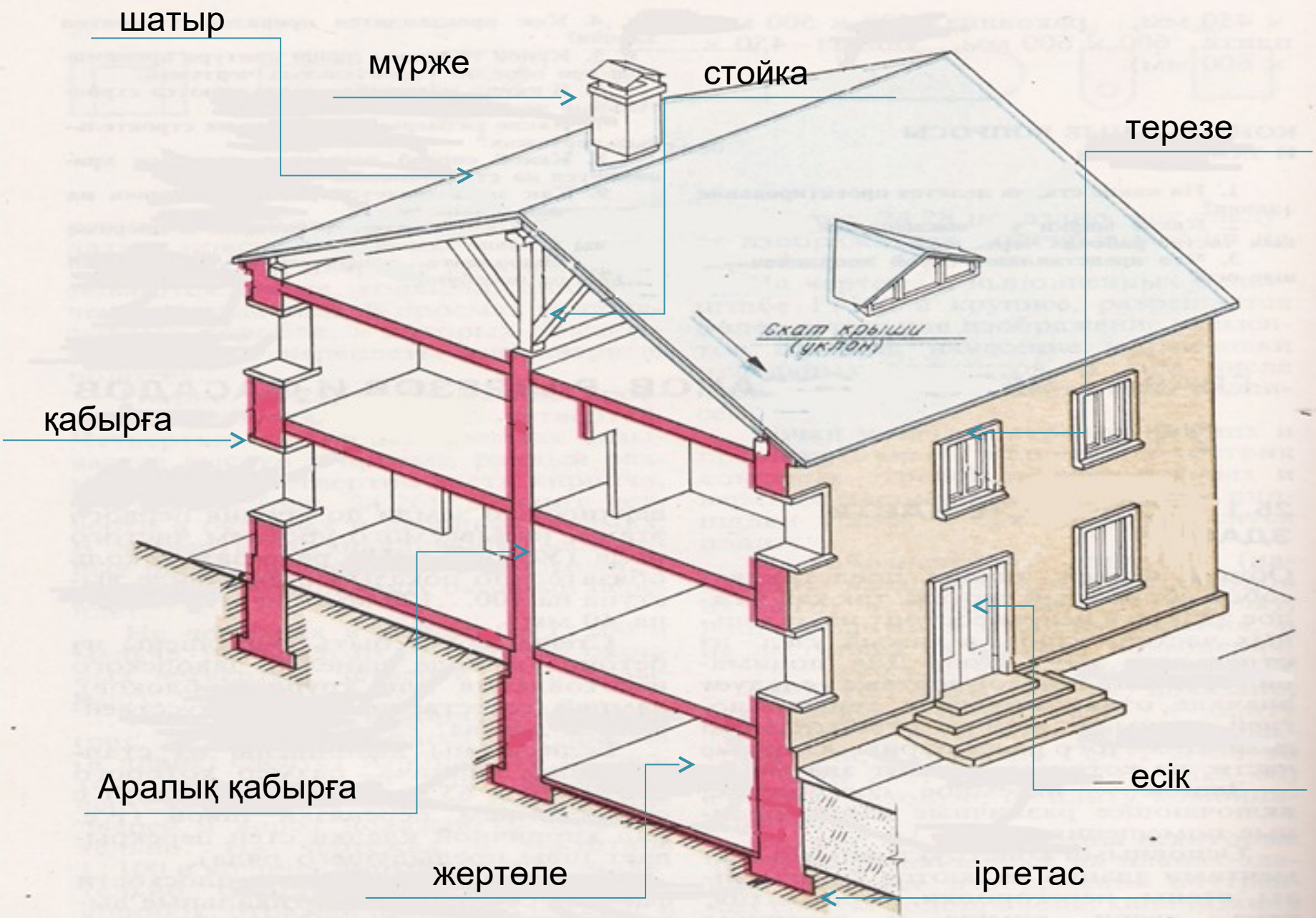
шатыр
мүрже
стойка
терезе
Скат крыши
(уклон)
қабырға
Аралық қабырға
есік
жертөле
іргетас

Жаңа тақырыпты бекіту

Блиц – тест

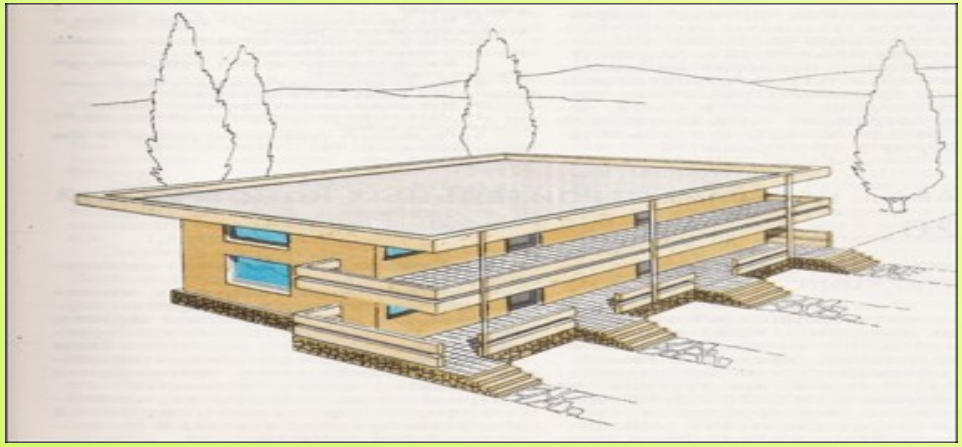

1. Қандай ғимараттар тобына жатады ?

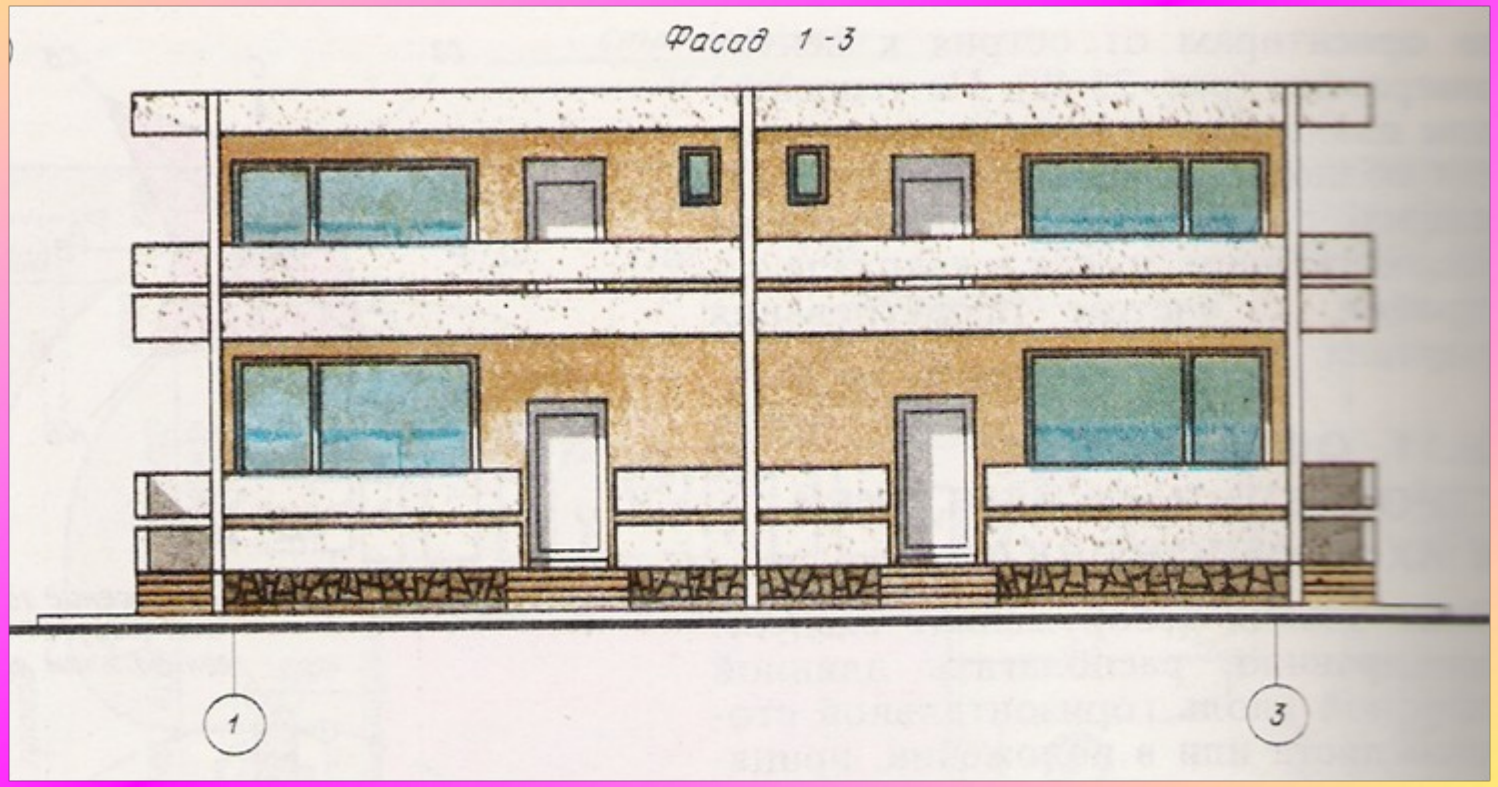

2. Ғимарат неше қабатты:

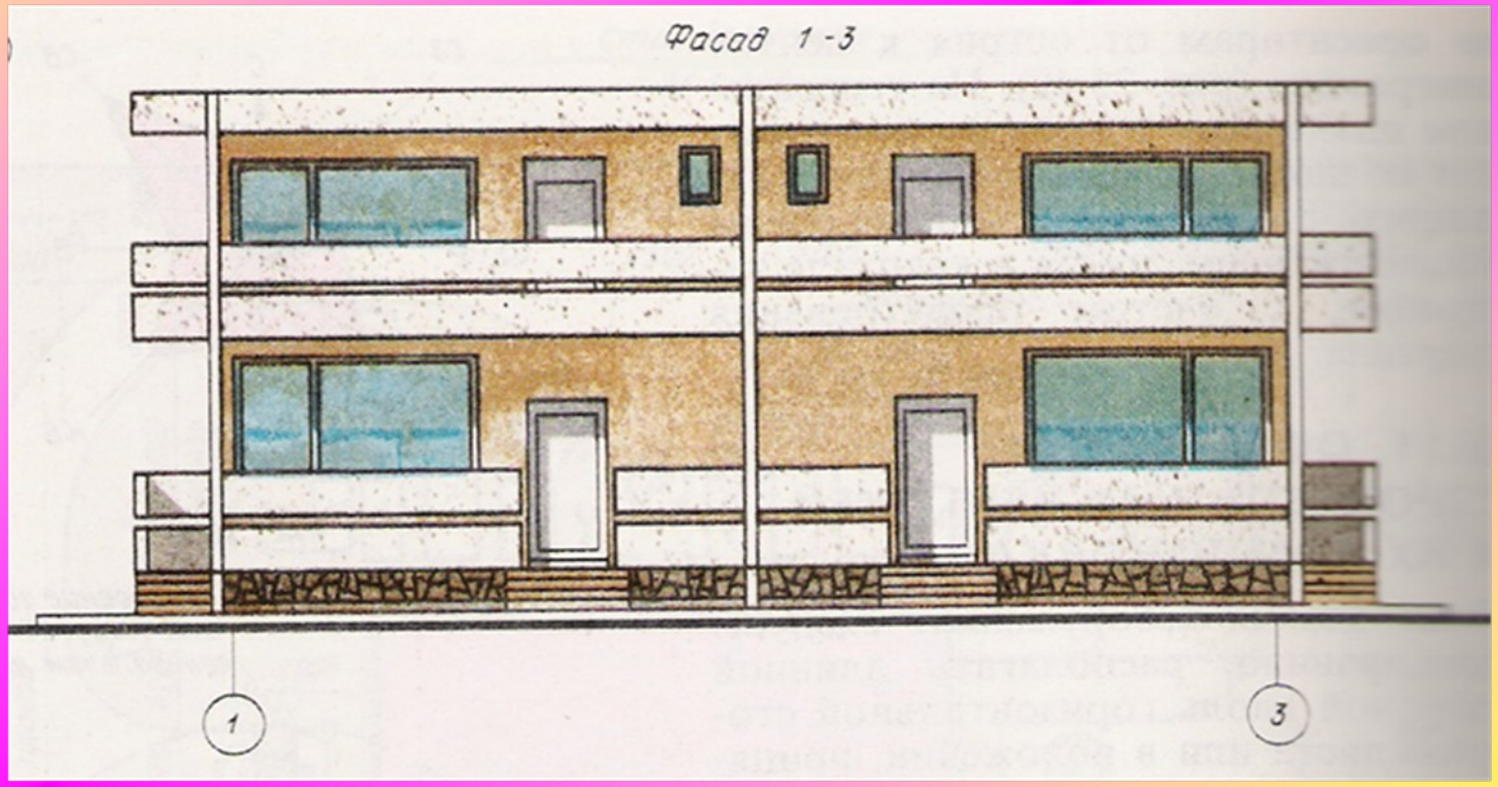

3. Ғимараттың ұзындығы қанша?

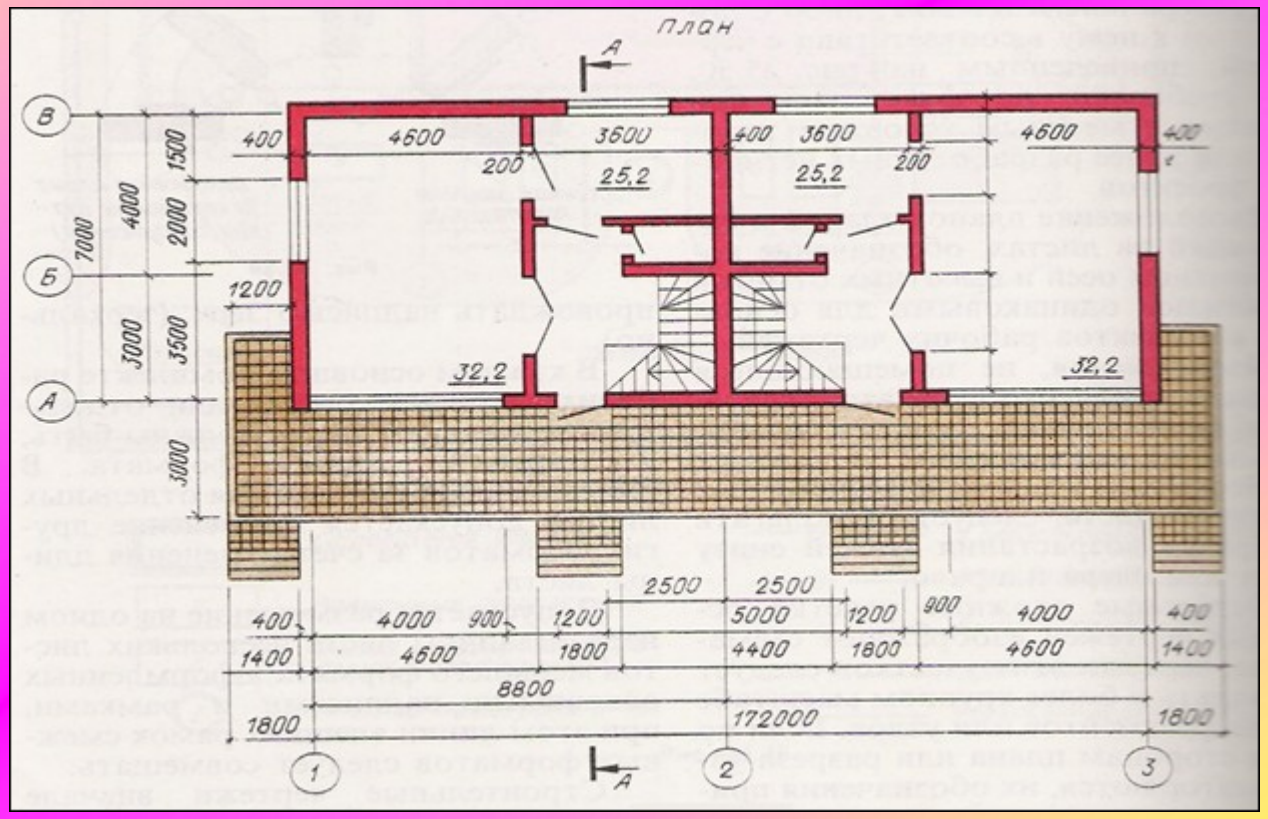

4. Ғимараттың ені қанша?

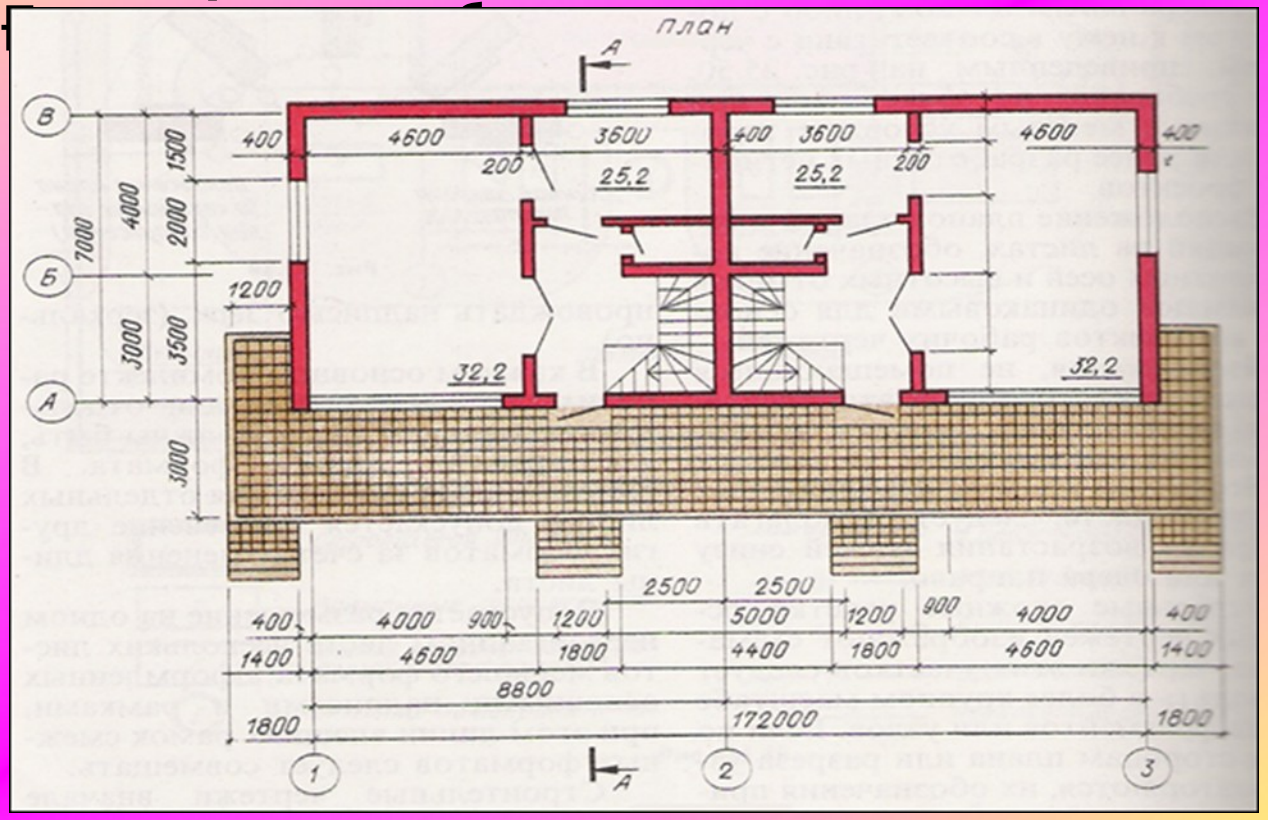

5.Қабырғаның қалындығы қанша?

Ғим

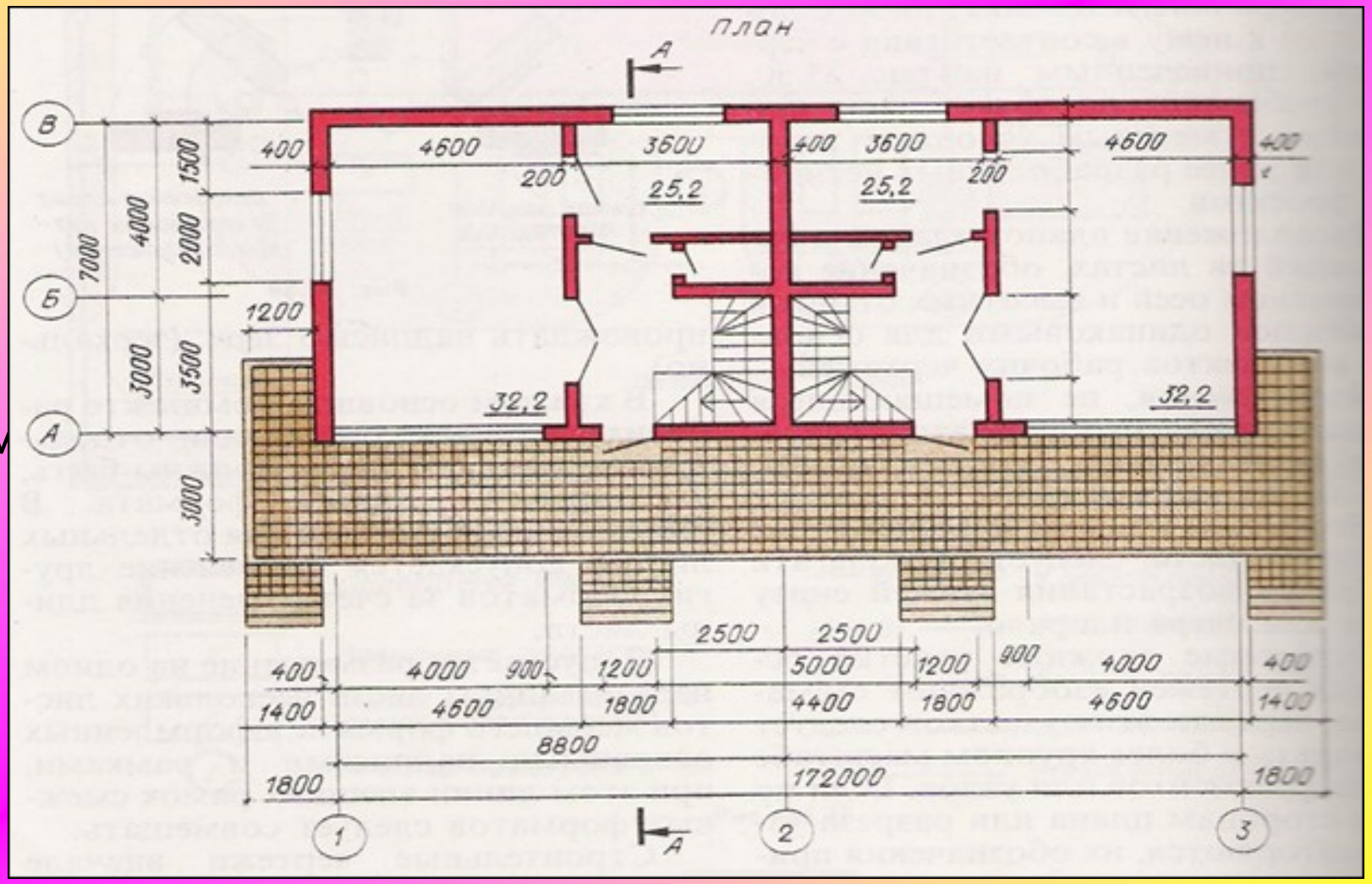

Қорытындылау:

Бағалау парақшаларын толтыру



Жауабы:

1.Қоғамдық ғимараттар тобына жатады

2. Ғимарат еки қабатты

3. Ғимараттың ұзындығы – 172 800 мм

4. Ғимараттың ені – 7 800 мм

5. Қабырғаның қалындығы – 400 мм

Сергіту сәті
«Жалғасын тап» ойыны

1.Ұяда не көрсең..... ұшқанда соны ілесің
2.Балалы үйдің.... ұрлығы жатпайды
3.Үй иесі мейірлі отырса.....қонақ иесі көңілді отырады
4.Өз үйің..... өлең төсегің

Тәжірибелік жұмыс

Саяжай үйінің сызбасын орындау

Сұрақ -жауап

1. Құрылыс сызбасы дегеніміз не?
2. Құрылыс сызбалары қалай бөлінеді?
3. Ғимараттың негізгі элементеріне нелер жатады? (мысал келтіру)
4. План калай сызылады?
5. Құрылыс сызбаларына өлшемдер калай түсіріледі?

Кесте толтыру

Ұқсастығы	Айырмашылығы

Бейнематериал

Құндылықты байланысты сұрақтар.

Бағалау

Үй тапсырмасы

1. Құрылыс сызбалары бойынша материалды қайталау, қарапайым сарай, жазғы асхананың сызбасын сызу.

2. Құндылыққа тапсырма: мақал-мәтелдер жазып келу

Назарларыңызға рахмет!